UBND PHƯỜNG AN HẢI **TRƯỜNG TH NGÔ GIA TỰ** Lớp : 5/… Họ và tên: Võ Văn Kiệt			**ĐỀ KTĐK CUỐI NĂM HỌC 2025 - 2026** **MÔN: TIN HỌC – KHỐI 5** **Thời gian: 20 phút**
Điểm			**Lời nhận xét của giáo viên:**
Lí thuyết	**Thực hành**	**Chung**	… … … …

A. LÝ THUYẾT: *(5 điểm)*

Câu 1. *(0.5 điểm)* Theo em đâu là biểu tượng của chương trình Scratch?

A.

B.

C.

D.

Câu 2. *(0.5 điểm)* Hãy sắp xếp các bước sau theo đúng trình tự các thao tác để bố trí ảnh trong văn bản:

a. Chọn biểu tượng Layout Options

b. Nháy chọn vào ảnh cần bố trí

c. Chọn biểu tượng Square

Trình tự đúng là: b → a → c

Câu 3. (0.5 điểm) Để định dạng kí tự trong phần mềm soạn thảo văn bản, em sử dụng nhóm lệnh nào?

A. Font

B. Paragraph

C. Style

D. Clipboard

Câu 4: *(0.5 điểm)* Có bao nhiêu bước để tạo khung viền cho ảnh trong văn bản word?

A. 3

B. 4

C. 5

D. 6

Câu 5: (0.5 điểm) Để mở các nhóm lệnh Bút vẽ trong Scratch thì bạn phải thực hiện như thế nào?

A. Bấm chọn Trang phục → Bút vẽ

B. Bấm chọn Code → Chuyển động → Bút vẽ

C. Bấm chọn Thêm phần mở rộng → Bút vẽ

D. Bấm chọn Hiển thị → Bút vẽ

Câu 6: *(0.5 điểm)* Nhóm lệnh nào trong phần mềm Scratch chứa các câu lệnh điều khiển chuyển động của nhân vật?

A. Chuyển động

B. Sự kiện

C. Cảm biến

D. Hiển thị

Câu 7. *(0.5 điểm)* Trong phần mềm Scratch em đã được học bao nhiêu dạng cấu trúc lặp?

A. 1 B. 2 C. 3 D. 4

Câu 8: (0.5 điểm) Hoạt động nào sau đây thể hiện một cấu trúc lặp liên tục?

A. Rửa rau

B. In bài tập

C. Giặt quần áo đến khi áo sạch

D. Mặt trời mọc rồi lặn

Câu 9: (0.5 điểm) Cấu trúc lặp nào dùng để mô tả một công việc được lặp lại với một số lần cho trước?

A. Cấu trúc tuần tự

B. Cấu trúc lặp có điều kiện

C. Cấu trúc lặp liên tục

D. Cấu trúc lặp với số lần biết trước

Câu 10:*(0.5 điểm)* Trong phần mềm Scratch phép toán nào sau đây cho kết quả là 19?

A. 

B. 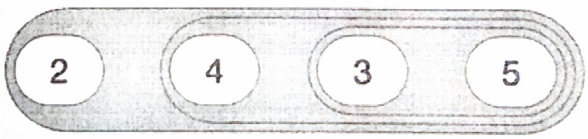

C. 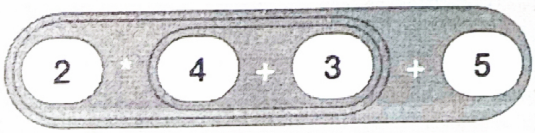

D.